2. Lernzielkontrolle **Lösung** Name: _____
Grundschule ▾ Klasse 4 ▾ Mathematik Datum: _____
Thema: Zahlenraum bis 10000

CATLUX®▾de 0431 ©

1. Lies die Zahlen vom Zahlenstrahl ab! Trage ein! …/6

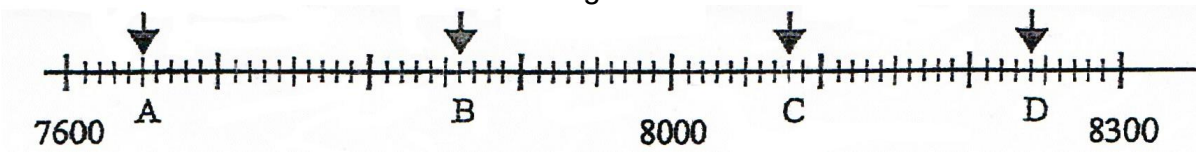

A: **7650** B: **7860** C: **8080** D: **8240**



E: **5760** F: **5800** G: **5880** H: **5950**

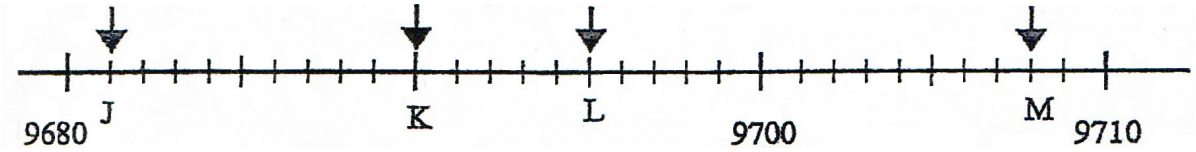

J: **9681** K: **9690** L: **9695** M: **9708**

2. Schreibe die Nachbarzahlen auf! …/5

Nachbar Tausender	Nachbar Hunderter	Nachbar Zehner	Vorgänger	Zahl	Nachfolger	Nachbar Zehner	Nachbar Hunderter	Nachbar Tausender
7000	**7800**	**7890**	**7897**	7898	**7899**	**7900**	**7900**	**8000**
3000	**3500**	3580	**3581**	**3582**	**3583**	**3590**	**3600**	**4000**

3. Finde die Nachbarzahlen! …/6

Zehnernachbarn	Hunderternachbarn	Tausendernachbarn
4120< 4123 < **4130**	**3500** < 3567 < **3600**	**9000** < 9435 < **10000**

4. Setze ein: <>= …/4

5960 **=** 5T 9H 6Z	3085 **<** 3055 + 300	7527–300 **<** 7527–50
8T 7H 8E **>** 8T 8Z 7E		

5. Schreibe die fehlenden Zahlen in die Reihen! .../5

- 8840, 8480, 8120, **7760 (–-360)**
- **3687**, 3734, 3781, **3828 (+47)**
- 3717, 3711, 3705, **3699**, **3693**, 3687

6. Zehntausendertafel. Schreibe die Zahlen der Sterne auf! …/4

100									1000
		*A							
5100					*B				6000
								*C	
	*D								

*A = **1300** *B = **5600** *C = **7900** *D = **8200**

7. Rechne aus! .../8

60 • 9 = **540** 4 • 210 = **840**

80 • 20 = **1600** 80 • **90** = 7200

90 • 80 = 7200 3600 : 6 = **600**

1800 : 90 = **20** 4500 : 500 = **9**

8. Zahlenrätsel …/4

Meine Zahl liegt zwischen 3200 und 4200. Sie hat doppelt so viele Hunderter wie Tausender. Wie heißt die Zahl?

3600

Ich denke mir eine Zahl. Sie ist größer als 8000 und sie hat einen Hunderter weniger als Tausender und einen Zehner weniger als Hunderter. Welche Zahl denke ich mir? Schreibe drei mögliche Zahlen!

9870 **8760** **9876**

9. a) Berechne die Quersumme der Zahlen! …/3

194 > **14** 830 > **11** 357 > **15**

b) Schreibe drei Zahlen auf mit der Quersumme:

8 < **53**; **152**; **31121**

10. Florian ist ein fleißiger Zeichner. Ein Stapel mit 600 Blatt Zeichenpapier ist 6cm hoch. .../2
Wie hoch ist ein Stapel von 10 000 Blatt?
100cm = 1m

11. In der Glasfabrik werden pro Stunde 10 000 Gläser hergestellt. Der fünfte Teil davon sind Sektgläser. Der Rest besteht zur Hälfte aus Biergläsern und Weingläsern. .../5
Zeichne ein passendes Streifenbild. Frage, rechne und antworte!

Gläser		
Sekt-gläser	Bier-gläser	Wein-gläser

F: Wie viel Sekt-, Wein- und Biergläser sind es jeweils?
Sektgläser: 10 000 = 5 = 2000
10 000 – 2000 = 8000
8000 : 2 = 4000
A: Es sind 2000 Sektgläser und je 4000 Bier- und Weingläser.

12. Um wie viel ist der Unterschied zwischen 5378 und 8413 größer als die kleinstmögliche vierstellige Zahl, in der die Ziffer 9 zweimal vorkommt? .../3

8413 – 5378 = 3035
3035 – 1099 = 1936
A: Der Unterschied ist um 1936 größer.

13. Rechne schriftlich! Wandle zuerst um! .../3
2,08t + 4965kg + 0,009t + 70kg =

2080kg
+ 4965kg
+ 9kg
+ 70kg
_____
7124kg

14. Der Gebrauchtwagenhändler „Schrotti“ verkauft in seiner Aktionswoche „Ungerade Preise“. Einen Ford für 6432€, eine alten Golf für 2471€ und 8 Winterreifen zu je 90€. Am selben Tag kauft er für sein Büro neue Computer für 4780€ und neue Möbel für 3478€. Muss der Händler noch zusätzlich Geld von seinem Konto abheben? .../5

Einnahmen: 8 • 90€ = 720€
6432€ + 2471€ + 720€ = <u>9623€</u>
Ausgaben 4780€ + 3478€ = <u>8258€</u>
Nein, er muss kein Geld abheben da er mehr einnimmt als ausgibt.