2. Lernzielkontrolle
Grundschule ▾ Klasse 4 ▾ Mathematik
Thema: Zahlenraum bis 10000

Name: _____
Datum: _____

CATLUX®▾de 0431 ©

1. Lies die Zahlen vom Zahlenstrahl ab! Trage ein! …/6



A: _____ B: _____ C: _____ D: _____



E: _____ F: _____ G: _____ H: _____

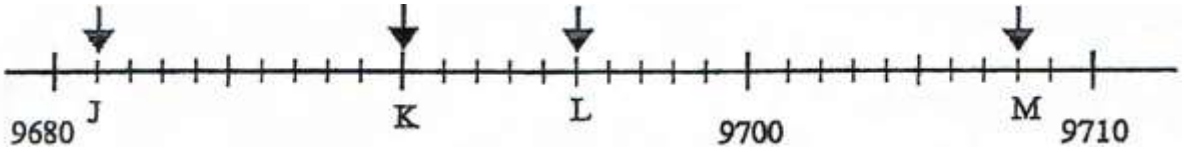

J: _____ K: _____ L: _____ M: _____

2. Schreibe die Nachbarzahlen auf! …/5

Nachbar Tausender	Nachbar Hunderter	Nachbar Zehner	Vorgänger	Zahl	Nachfolger	Nachbar Zehner	Nachbar Hunderter	Nachbar Tausender
				7898				
		3580						

3. Finde die Nachbarzahlen! …/6

Zehnernachbarn
_____ < 4123 < _____

Hunderternachbarn
_____ < 3567 < _____

Tausendernachbarn
_____ < 9435 < _____

4. Setze ein: <>= …/4

5960 ◯ 5T 9H 6Z	3085 ◯ 3055 + 300	7527–300 ◯ 7527–50
8T 7H 8E ◯ 8T 8Z 7E		

5. Schreibe die fehlenden Zahlen in die Reihen! .../5

- 8840, 8480, 8120, _____
- _____, 3734, 3781, _____
- 3717, 3711, 3705, _____, _____, 3687

6. Zehntausendertafel. Schreibe die Zahlen der Sterne auf! …/4

100									1000
		*A							
5100					*B				6000
								*C	
	*D								

*A = _____ *B = _____ *C = _____ *D = _____

7. Rechne aus! .../8

60 • 9 = _____

4 • 210 = _____

80 • 20 = _____

80 • ◯ = 7200

◯ • 80 = 7200

3600 : 6 = _____

1800 : 90 = _____

4500 : 500 = _____

8. Zahlenrätsel …/4

Meine Zahl liegt zwischen 3200 und 4200. Sie hat doppelt so viele Hunderter wie Tausender. Wie heißt die Zahl?

_____

Ich denke mir eine Zahl. Sie ist größer als 8000 und sie hat einen Hunderter weniger als Tausender und einen Zehner weniger als Hunderter. Welche Zahl denke ich mir? Schreibe drei mögliche Zahlen!

_____

9. …/3

a) Berechne die Quersumme der Zahlen!

194 > _____ 830 >_____ 357 > _____

b) Schreibe drei Zahlen auf mit der Quersumme:

8 < _____

10. Florian ist ein fleißiger Zeichner. Ein Stapel mit 600 Blatt Zeichenpapier ist 6cm hoch. Wie hoch ist ein Stapel von 10 000 Blatt? .../2

_____

11. In der Glasfabrik werden pro Stunde 10 000 Gläser hergestellt. Der fünfte Teil davon sind Sektgläser. Der Rest besteht zur Hälfte aus Biergläsern und Weingläsern. .../5
Zeichne ein passendes Streifenbild. Frage, rechne und antworte!

12. Um wie viel ist der Unterschied zwischen 5378 und 8413 größer als die kleinstmögliche vierstellige Zahl, in der die Ziffer 9 zweimal vorkommt? .../3
A: _____

13. Rechne schriftlich! Wandle zuerst um! .../3
2,08t + 4965kg + 0,009t + 70kg =

14. Der Gebrauchtwagenhändler „Schrotti“ verkauft in seiner Aktionswoche „Ungerade Preise“. Einen Ford für 6432€, eine alten Golf für 2471€ und 8 Winterreifen zu je 90€. Am selben Tag kauft er für sein Büro neue Computer für 4780€ und neue Möbel für 3478€. Muss der Händler noch zusätzlich Geld von seinem Konto abheben? .../5

Viel Erfolg!

Note: _____ Punkte: _____/63

Kein Notenschlüssen angegeben, da einige Aufgaben ergänzt wurden